ABRSM 樂理 Grade 5 模擬考試卷

考試時間：2 小時 ｜ 總分：75 分 ｜ 及格：50 分

比照 ABRSM Grade 5 官方 Sample Paper 結構（七大區塊）。

---

1 Rhythm（節奏） ／10

1.1 請圈出每小節正確的拍號。（3 分）

(a)		9/8 4/4 7/8
(b)		5/4 9/8 4/4
(c)		6/8 7/8 5/8

1.2 以下是一小節 12/8 拍的旋律：



譜例 5-1 12/8 旋律（請以下方三個 4/4 改寫對照）

請勾選正確改寫為 4/4 的版本（簡單拍）。（1 分）



譜例 5-2 (a)



譜例 5-3 (b)

1.3 請完成下列句子。（2 分）

(a) 在 6/16 拍中，每小節有 _____ 個附點八分音符的拍。

(b) 一個 breve 等於 _____ 個四分音符。

1.4 請勾選分組正確的小節（9/4 拍）。（1 分）

	
	
	

1.5 請勾選　或　以表示三個休止符的正確性（3/4 拍）。（3 分）



譜例 5-4 請判斷三個休止符是否正確

(1)　(2)　(3)

2 Pitch（音高） ／10

2.1 請勾選此音的正確音名（次中音譜號／Tenor Clef）。（1 分）

	G B F A

2.2 請勾選此音的 enharmonic 等效。（1 分）

原音（高音譜號上的 F♯）：

			
原音			

2.3 以下是 A 調單簧管的一小節。



譜例 5-5 A 調單簧管原譜：實音 ＝ 譜面音下小三度

以下是「實音譜（concert pitch）」（向下移小三度）。請勾選　或
在調號與每個音符下方標示是否正確。（5 分）



譜例 5-6 實音譜：請判斷調號與四個音符的正確性

調號　音符 1　音符 2　音符 3　音符 4

2.4 請比對 A、B、C 三段，圈出 TRUE 或 FALSE。（3 分）



譜例 5-7 A（高音譜號）／B（低音譜號）／C（中音譜號）三段對比

(a) A 與 B 為同一音高	TRUE FALSE
(b) B 比 C 低一個八度	TRUE FALSE
(c) C 與 A 為同一音高	TRUE FALSE

3 Keys and Scales（調與音階） ／15

3.1 請勾選 F♯ 大調正確的調號（6 升）。（1 分）

			

3.2 請勾選 E♭ 小調正確的調號（6 降）。（1 分）

		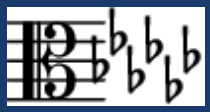	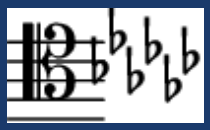

3.3 請辨認以下三段旋律的調。（3 分）

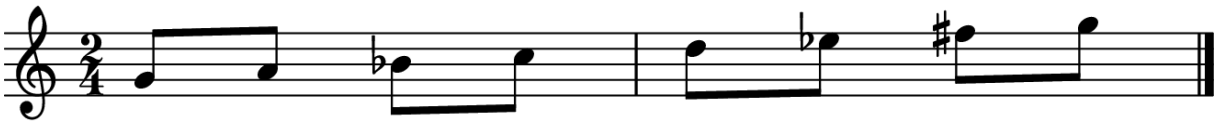

譜例 5-8 (a) 含 B♭、E♭、F♯： G 自然小 G 和聲小 B♭ 大調 E♭ 大調



譜例 5-9 (b) 含 D♯、G♯： D 大調 B 小調 A 大調 E 大調



譜例 5-10 (c) 含 4 升： E 大調 C♯ 小調 B 大調 G♯ 小調

3.4 請勾選 X 與 Y 兩個音以完成 B♭ 和聲小音階。（2 分）



譜例 5-11 B♭ 和聲小音階上行：X 與 Y 應為哪兩個音？

X ＝ A♭ B A A♭♭

Y＝　G　G♭　G♭♭　F♭

3.5 請寫出 G♯ 旋律小音階上行（含 F ）。（3 分）

G♯ – ___ – ___ – ___ – ___ – ___ – ___ – G♯

3.6 請辨認音階級數的英文名稱。（5 分）

1：_____ 2：_____ 3：_____ 4：_____ 5：_____

4 Intervals（音程） ／10

4.1 請寫出每對音的度數與品質（含 augmented／diminished、含複音程 compound）。（10 分）

(a)		_____
(b)	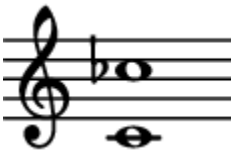	_____
(c)		_____
(d)		_____
(e)		_____
(f)		_____
(g)		_____
(h)		_____
(i)	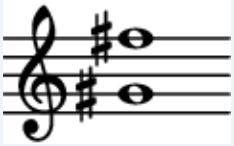	_____
(j)	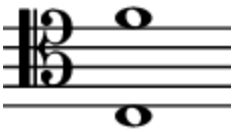	_____

5 Chords（和弦／轉位） ／10

5.1 請辨認下列三和弦的轉位（a／b／c）。（5 分）

(a)		（C 大調 I） a b c
(b)		（C 大調 I） a b c
(c)		（C 大調 I） a b c
(d)		（C 大調 IV） a b c
(e)		（C 大調 V） a b c

5.2 請辨認以下兩個小節的終止式類型。（3 分）

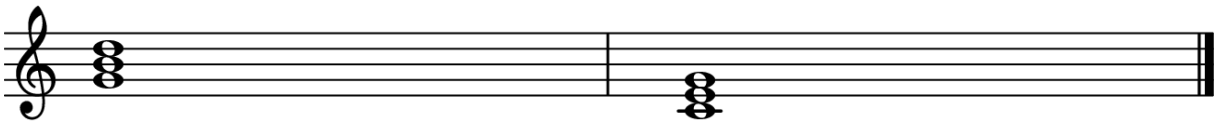

譜例 5-12 (a) Perfect Plagal Imperfect

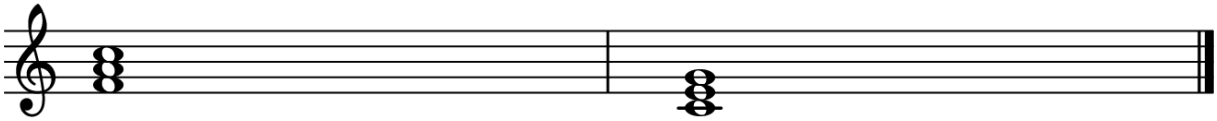

譜例 5-13 (b) Perfect Plagal Imperfect

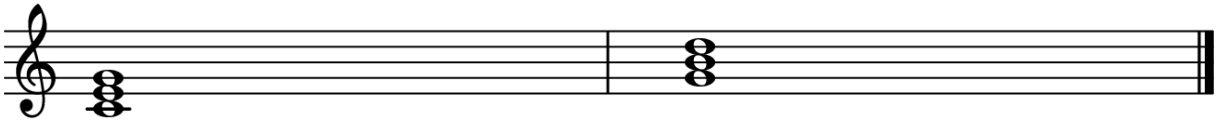

譜例 5-14 (c) Perfect Plagal Imperfect

5.3 以下旋律最末兩小節是什麼終止式？（2 分）



譜例 5-15 G 大調末兩小節： Perfect (V→I) Plagal (IV→I) Imperfect (?→V)

6 Terms and Signs（術語與記號） ／10

請為每個術語勾選正確意義。（共 10 分，每題 1 分）

(1) sotto voce（義）	輕聲耳語般　大聲　漸快　突慢
(2) calando（義）	漸慢且漸弱　突強　加重音　持續
(3) niente（義）	消失到無　充滿　中庸　持續
(4) volante（義）	飛翔般　沉重　慢板　輕巧
(5) douce（法）	甜美地　強烈　漸快　漸慢
(6) en dehors（法）	突出　內斂　中等　自由
(7) bewegt（德）	活躍地　緩慢　突慢　平靜
(8) zart（德）	輕柔　強烈　急促　莊嚴
(9) etwas（德）	稍微　全部　沒有　很多
(10) doppio movimento	兩倍速　半速　雙拍　同樣速度

7 Music in Context（樂曲分析） ／10

請看以下短譜（鋼琴 2 行譜表），回答後面的問題。



譜例 5-16 G 大調 4/4 拍 8 小節鋼琴譜（含 trill、漸強、漸弱）

7.1 以下旋律是哪個調？　G 大調　E 小調　D 大調　C 大調（1 分）

7.2 第 4 小節含什麼裝飾音？　Trill　Turn　Mordent　Acciaccatura（1 分）

7.3 第 1 小節高音譜號是什麼和弦？　I　IV　V（1 分）

7.4 第 8 小節最後兩個和弦構成什麼終止式？　Perfect　Plagal　Imperfect（1 分）

7.5 第 7 小節的力度變化？　漸強　漸弱　突強　突弱（1 分）

7.6 最後音是哪一個和弦的轉位？　Ia　Ib　Ic（1 分）

7.7 樂曲開頭速度是？　Andante　Allegro　Lento　Vivace（1 分）

7.8 第 1 小節的第 1 拍 D 與第 2 拍 F♯ 構成什麼音程？　Major 3rd　Minor 3rd　Perfect 4th　Augmented 3rd（1 分）

7.9 以下旋律有幾個完整小節？　6　7　8　9（1 分）

7.10 第 5 小節的力度為？　p　mp　mf　f（1 分）

—— 試卷結束 ——

總分：75 分 ｜ 及格：50 分 ｜ 優秀：65 分